Operációs rendszerek BSc

2. Konzultáció

2026. 03. 27.

Készítette

Petes Gábor

Szak: programtervező informatikus Bsc levelező

Neptunkód: A43YN6

Sárospatak, 2026

1. Készítse el szerkesztőprogram segítségével a Bach állapotdiagrammot! Mentés: neptunkod_1.drawio

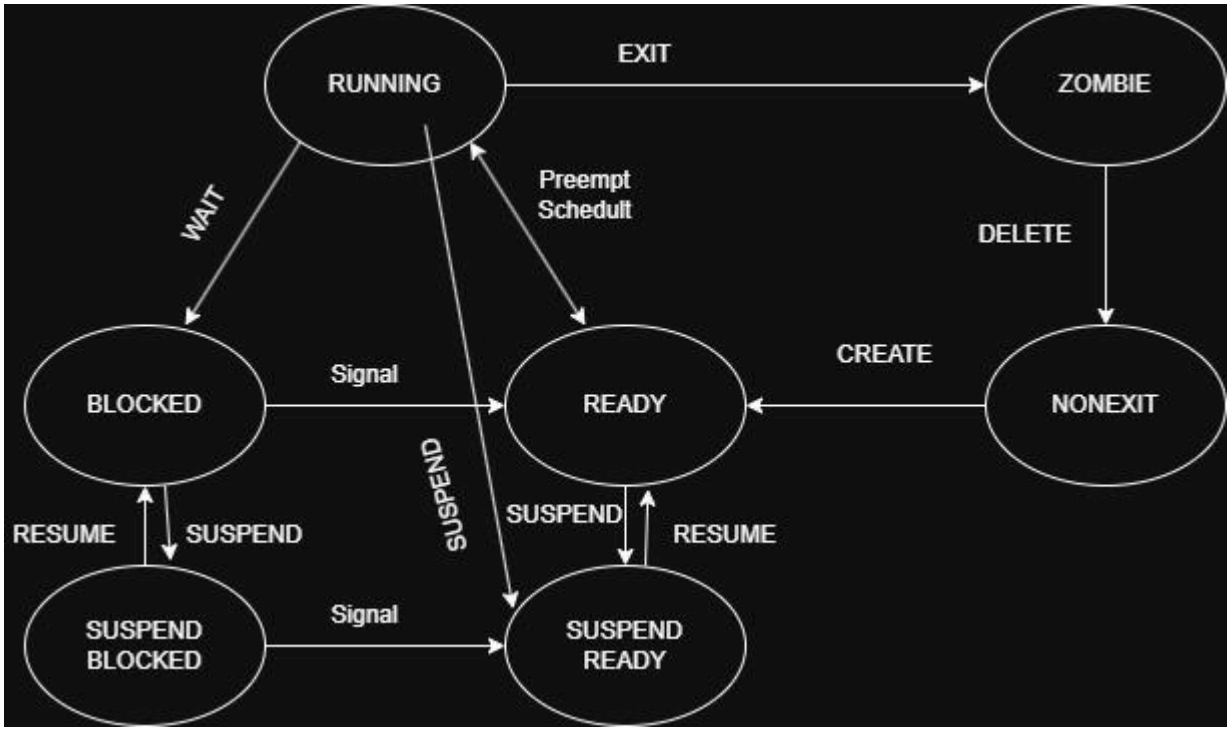

2.Task Adott a következő ütemezési feladat, amit a FCFS, SJF és RR ütemezési algoritmus használatával készítsen el (külön-külön táblázatba): Határozza meg FCFS, SJF és RR esetén

a.) A befejezési időt?

b.) A várakozási/átlagos várakozási időt?

c.) Ábrázolja Gantt diagram segítségével az aktív/várakozó processzek futásának menetét!

FCFS

FCFS	P1	P2	P3	P4	P5
Érkezés	0	1	3	9	12
CPU idő	3	8	2	20	5
Indulás	0	3	11	13	33
Befejezés	3	11	13	33	38
Várakozás	0	2	8	4	11
Várakozás átlag	8				
Sorrend	P1,P2,P3,P4,P5				

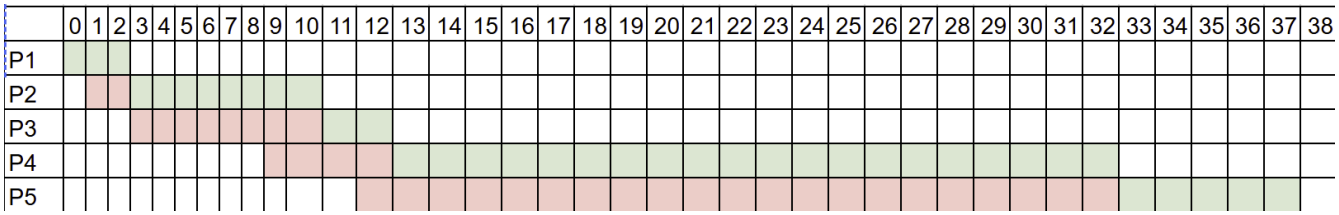

SJF

SJF	P1	P2	P3	P4	P5
Érkezés	0	1	3	9	12
CPU idő	3	8	2	20	5
Indulás	0	5	3	18	13
Befejezés	3	13	5	38	18
Várakozás	0	4	0	9	1
Várakozás átlag	2,8				
Sorrend	P1,P3,P2,P5,P4				

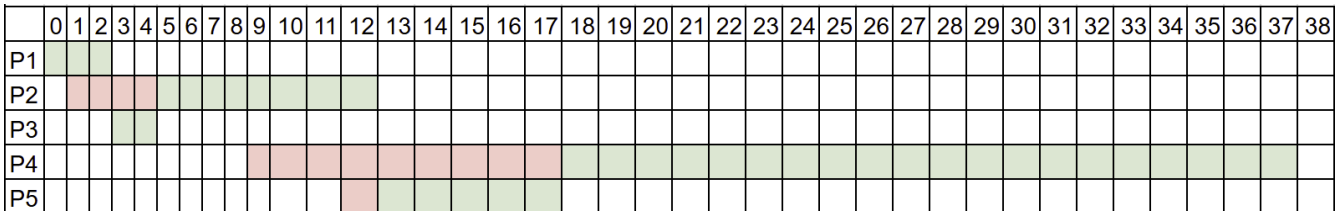

RR

RR: 5ms	P1	P2	P3	P4	P5
Érkezés	0	1	3	9	12
CPU idő	3	8	2	20	5
Indulás	0	3|10	8	13|23	18
Befejezés	3	8|13	10	18|38	23
Várakozás	0	2|9	5	4|14	6
Várakozás átlag	8				
Sorrend	P1,P2,P3,P2,P4,P5,P4				

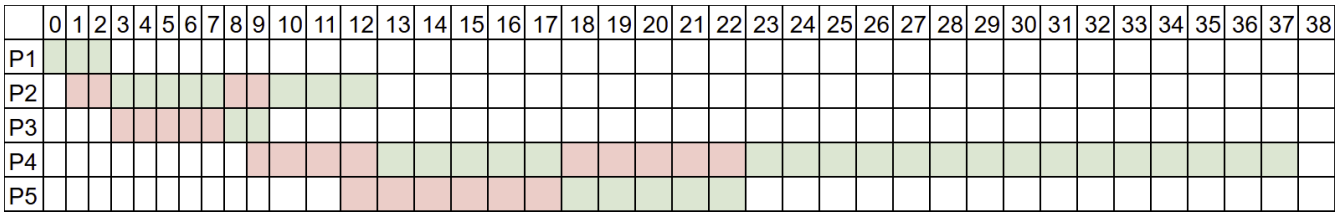

Megj.: a Gantt diagram ábrázolása szerkesztő program segítségével vagy Excel programmal.

d.) Határozza meg a processzek végrehajtási sorrendjét! Mentés: neptunkod_2.xlsx